Тренажер пропорций и площадей — задачник (5 класс)

Материал сформирован автоматически из интерактивного тренажера.

Задача 1. Базовый 1

Условие. Прямоугольник площадью 100 см² разрезали на 2 равные части. Во сколько раз площадь целого больше площади одной части?

Задача 2. Базовый 2

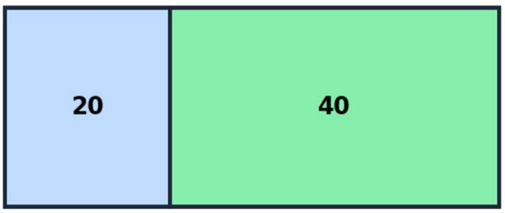

Условие. Площадь 60 см², одна часть в 2 раза больше другой. Найдите площади обеих частей (введите через запятую).

Задача 3. Базовый 3

Чертёж задачи P3

Условие. Площадь 120 см² разделили в отношении 1:3. Найдите площадь большей части.

Задача 4. Базовый 4

Чертёж задачи P4

Условие. Одна часть 20 см², вторая в 4 раза больше. Найдите площадь целого прямоугольника.

Задача 5. Базовый 5

Чертёж задачи P5

Условие. Большая часть 120 см² и она в 3 раза больше меньшей. Найдите общую площадь.

Уровень 2

Задача 6. Средний 6

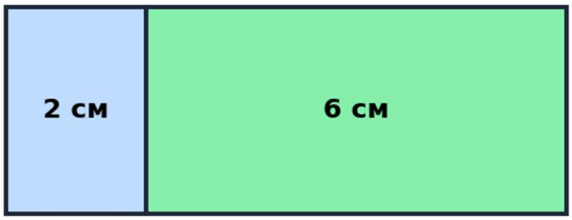

Чертёж задачи P6

Условие. Прямоугольник 8×15 см разрезали по короткой стороне в отношении 1:3. Найдите площади фигур (через запятую).

Задача 7. Средний 7

Чертёж задачи P7

Условие. Прямоугольник 10×20 см разрезали вдоль длинной стороны в отношении 1:4. Найдите площадь меньшей части.

Задача 8. Средний 8

Чертёж задачи P8

Условие. Площадь 180 см², сторона 10 см. Разрез в отношении 2:3. Найдите площади частей (через запятую).

Задача 9. Средний 9

Чертёж задачи P9

Условие. Квадрат 12×12 разрезали в отношении 1:3. Введите площади двух фигур (через запятую).

Задача 10. Средний 10



Чертёж задачи P10

Условие. Площадь прямоугольника 400 см². Одна часть — квадрат 10×10. Во сколько раз вторая часть больше первой?

Уровень 3

Задача 11. Сложный 11

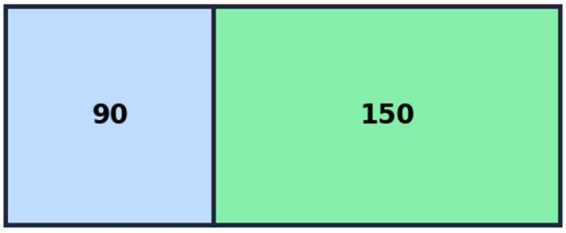

Чертёж задачи P11

Условие. Площади частей относятся как 3:5, разница 40 см². Найдите площадь всего прямоугольника.

Задача 12. Сложный 12

Чертёж задачи P12

Условие. Прямоугольник 300×50 см, одна часть — квадрат 50×50. Найдите площадь второй части.

Задача 13. Сложный 13

Чертёж задачи P13

Условие. Разрез в отношении 1:6. Большая часть на 100 см² больше меньшей. Найдите общую площадь.

Задача 14. Сложный 14

Чертёж задачи P14

Условие. Три части: первая в 2 раза больше второй, третья равна сумме первых двух. Общая площадь 240. Найдите все части (через запятую).

Задача 15. Бонус 15

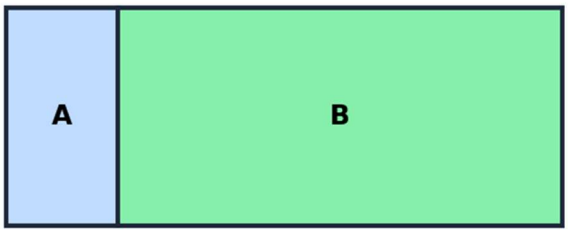

Чертёж задачи P15

Условие. Если площадь A увеличить в 5 раз, получится площадь всего прямоугольника. Какую часть от целого составляет B? (можно 0.8 или 80)